Media Pembelajaran

IPS

untuk SMP/MTs Kelas IX

BAB 1

INTERAKSI ANTARRUANG NEGARA-NEGARA DI BENUA ASIA DAN DI BENUA LAINNYA

Tujuan Pembelajaran

- Dapat menjelaskan kondisi geografis Benua Asia dan Benua lainnya.
- Dapat mendeskripsikan kondisi alam negara-negara di dunia.
- Dapat mengidentifi kasi potensi sumber daya alam Benua Asia dan benua lainnya.
- Dapat menjelaskan sumber daya manusia Benua Asia dan benua lainnya.
- Dapat menganalisis pengaruh perubahan ruang dan interaksi antarruang di Benua Asia dan benua lainnya.

Amatilah gambar berikut:

Coba kalian diskusikan gambar tersebut, kaitan dengan interaksi antarruang negara-negara di Benua Asia dan benua lainnya.

A. Kondisi Geografis Benua Asia dan Benua Lainnya

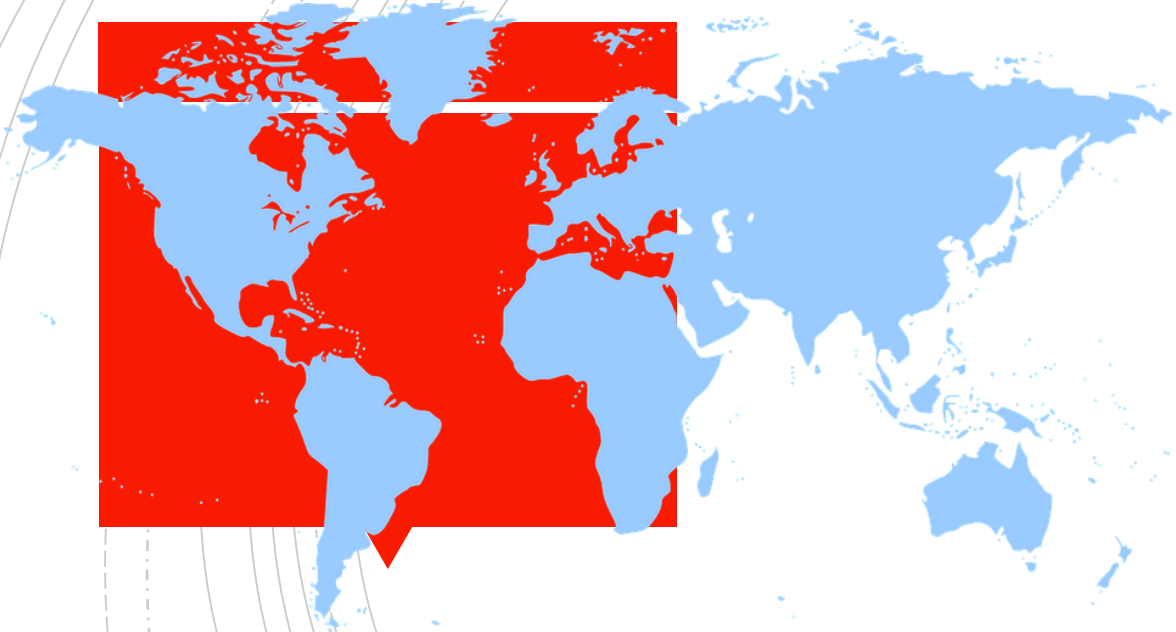

Benua adalah bagian **bumi berupa tanah** atau daratan yang **sangat luas** sehingga bagian tengah benua itu tidak mendapat pengaruh langsung dari angin laut.

(Kamus Besar Bahasa Indonesia)

A. Kondisi Geografis Benua Asia dan Benua Lainnya

Amerika Afrika Eropa Asia Australia

A. Kondisi Geografis Benua Asia dan Benua Lainnya

1. Benua Asia

Secara astronomis, Benua Asia terletak pada posisi 26° BT–170° BB dan 11° LS–80° LU.

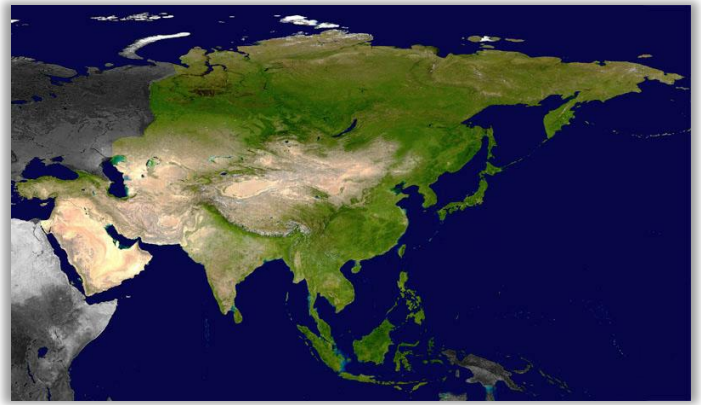

Ada lima jenis iklim di Asia, yakni iklim tropis, subtropis, kontinental kutub, kontinental, dan gurun.

Secara geografis, Benua Asia dibagi menjadi lima kawasan, yaitu Asia Barat, Asia Timur, Asia Tengah, Asia Tenggara, Asia Selatan.

Benua Asia terbagi atas beberapa bagian, yakni pegunungan lipatan muda, plato tua, dataran rendah utara, daerah dataran rendah dan lembah sungai, serta daerah gurun.

A. Kondisi Geografis Benua Asia dan Benua Lainnya

2. Benua Amerika

Secara astronomis, Benua Amerika terletak di 83° LU–55° LS dan 170° BB–35° BT.

Secara geografis, Benua Amerika dibagi menjadi tiga kawasan, yaitu Amerika Utara, Amerika Tengah, Amerika Selatan.

Ada empat jenis iklim di Amerika, yakni iklim kutub, subtropis, tropis, dan semi gurun/gurun.

Geologi Benua Amerika terbagi dalam tiga relief, yakni relief pegunungan, dataran rendah, dan dataran tinggi.

A. Kondisi Geografis Benua Asia dan Benua Lainnya

3. Benua Eropa

Secara astronomis, Benua Eropa terletak di 35° LU–75° LU dan 25° BB–35° BT.

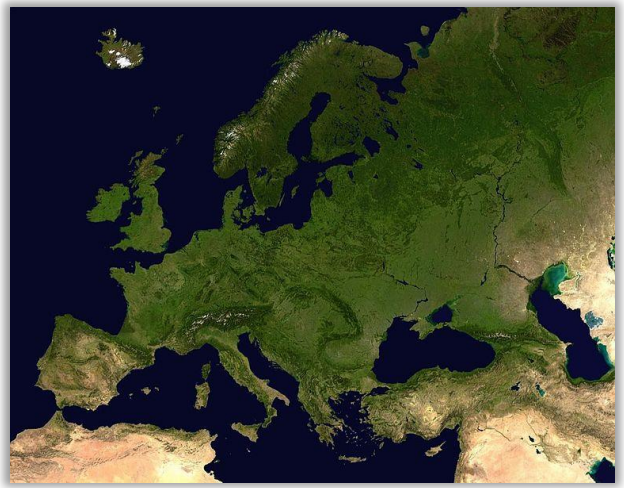

Benua Eropa bervariasi antara iklim subtropis dan iklim kutub (*polar*).

Secara geografis, Benua Eropa dibagi menjadi empat kawasan, yaitu Eropa Utara, Eropa Barat, Eropa Timur, Eropa Selatan.

Secara geologi, Benua Eropa terbagi atas tiga wilayah, yakni pegunungan tua, dataran rendah Rusia, dan pegunungan lipatan muda.

A. Kondisi Geografis Benua Asia dan Benua Lainnya

4. Benua Afrika

Secara astronomis, Benua Afrika terletak di 37° LU–34° LS dan 17° BB–51° BT.

Secara geografis, Benua Afrika dibagi menjadi lima kawasan, yaitu Afrika Utara, Afrika Barat, Afrika Timur, Afrika Tengah, Afrika Selatan.

Sebagian besar Benua Afrika beriklim tropis, kecuali wilayah paling utara dan selatan yang dipengaruhi iklim subtropis.

Benua Afrika terbagi atas pegunungan, plato, *rift valley, basin,* dan dataran pantai.

A. Kondisi Geografis Benua Asia dan Benua Lainnya

5. Benua Australia

Secara astronomis, Benua Australia terletak di 10° LS–44° LS dan 113° BT–154° BT.

Wilayah Australia dibagi menjadi tujuh bagian, yaitu New South Wales, Victoria, Queensland, Australia Selatan, Tasmania, Australia Barat, Australia Utara.

Iklim Benua Australia yaitu di pesisir pantai selatan beriklim subtropis dan mengalami empat musim, di pantai timur dipengaruhi angin pasat, di bagian selatan, hujan terjadi pada bulan Juni ketika musim dingin.

Benua Australia tidak memiliki banyak pegunungan yang tinggi dan merupakan salah satu benua yang paling datar.

B. Kondisi Alam Negara-Negara di Dunia

1. Jepang

Secara astronomis, Jepang terletak di antara 30° LU–47° LU dan di antara 128° BT–146° BT.

Jepang mengalami dua iklim, yaitu iklim subtropis dan iklim sedang.

Jepang didominasi oleh pegunungan (75%) yang merupakan bagian dari rangkaian Sirkum Pasifik.

Jepang merupakan negara industri maju. Komoditas utama adalah barang elektronik dan kendaraan bermotor.

Pertumbuhan penduduk 0,01% per tahun. Sekitar 90% penduduk Jepang berdiam di kota, khususnya di Pulau Honshu.

B. Kondisi Alam Negara-Negara di Dunia

2. Tiongkok

Di sebelah timur terdapat sungai-sungai besar, di sebelah barat berjejer pegunungan, di sebelah utara berbatasan dengan Mongolia, di daerah selatan terdapat daerah aliran sungai Yangtse.

Tiongkok merupakan salah satu negara penghasil ikan terbesar di dunia.

Tiongkok mengenal dua iklim, yaitu iklim musim dan iklim kontinental.

Secara astronomis, Tiongkok terletak di antara 18°LU–54°LU dan di antara 73°BT–135°BT.

Tiongkok merupakan negara dengan penduduk terpadat di dunia. Tahun 2016, jumlah penduduknya 1,37 miliar jiwa.

B. Kondisi Alam Negara-Negara di Dunia

3. Amerika Serikat

Di bagian barat Amerika Serikat terdapat deretan pegunungan, di bagian tengah terdapat dataran rendah yang banyak memiliki danau, di bagian timur terdapat dataran tinggi dan pantai yang dibatasi oleh Pegunungan Appalache.

Mata pencarian utama penduduk adalah pada sektor jasa dan industri.

Iklim Amerika Serikat sangat dipengaruhi keadaan alam.

Secara astronomis, Amerika Serikat terletak di antara 24° 33'LU–70° 23'LS dan 172° BT–66° BT.

Tingkat pertumbuhan penduduk Amerika Serikat 0,6% per tahun. Sebagian besar tinggal di perkotaan.

B. Kondisi Alam Negara-Negara di Dunia

4. Brasil

Secara astronomis, Brasil terletak antara 5° LU–34° LS dan 35° BB–74° BB.

Secara umum, Brasil beriklim tropis.

Hampir separuh wilayah Brasil adalah lembah Amazon yang berupa bentangan hutan dan air yang sangat luas.

Hasil pertanian utama Brasil adalah kopi (komoditi ekspor terbesar), padi, kapas, cokelat, tembakau, kacang kedelai, dan jagung.

Penduduk Brasil terdiri atas orang keturunan Portugis (60%), Mestizo (26%), keturunan Afrika (9%), dan suku bangsa lainnya (2%).

B. Kondisi Alam Negara-Negara di Dunia

5. Jerman

Secara astronomis, Jerman terletak di antara 47° LU–56° LU dan di antara 5° BT–15° BT dengan luas wilayahnya 358.890 km².

Secara umum, Jerman beriklim sedang. Di sebelah selatan Jerman terkadang berembus angin Fohn yang panas.

Industri utama Jerman adalah besi baja.

Laju pertumbuhan penduduk – 0,2% sehingga jumlah penduduk Jerman selalu berkurang tiap tahunnya.

Secara garis besar, Jerman terbagi atas tiga bagian, yaitu dataran rendah di bagian utara, dataran tinggi di bagian tengah, kaki pegunungan Alpen di selatan.

B. Kondisi Alam Negara-Negara di Dunia

6. Inggris

Secara astronomis, Inggris terletak di antara 50° LU–61° LU dan di antara 11° BB–15° BT.

Pertumbuhan penduduk Inggris sekitar 0,2% per tahun.

Wilayah Inggris dibedakan atas empat bagian, yaitu dataran tinggi Skotlandia, dataran tinggi Wales, dataran rendah England (Inggris), dan dataran Irlandia.

Industri berat Inggris berpusat di Birmingham. Jenis industrinya meliputi industri lokomotif, gerbong kereta api, mobil, alat pertanian, dan mesin-mesin.

Inggris memiliki iklim sedang. Wilayah Inggris dikelilingi oleh lautan sehingga iklimnya sejuk dan basah sepanjang tahun.

B. Kondisi Alam Negara-Negara di Dunia

7. Mesir

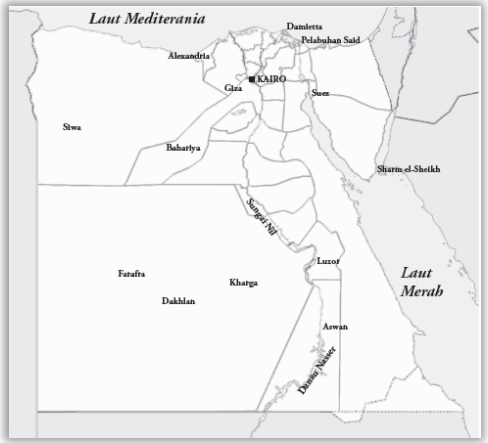

Secara umum, negara Mesir dipengaruhi iklim tropis gurun.

Adapun industri utama Mesir adalah tekstil, besi baja, semen, dan pupuk.

Mesir memiliki laju pertumbuhan penduduk sebesar 2,1%. Sebagian besar penduduk Mesir tinggal di lembah dan delta Sungai Nil.

Secara astronomis, Mesir terletak di antara 22° LU–32° LU dan
di antara 25° BT–36° BT.

Mesir secara garis besar terbagi atas lima kawasan, yaitu kawasan semenanjung Sinai, gurun barat, gurun timur, lembah Sungai Nil, dan delta Sungai Nil.

B. Kondisi Alam Negara-Negara di Dunia

8. Afrika Selatan

Afrika Selatan memiliki iklim sedang dengan suhu rata-rata 16°C–21°C.

Sekitar 77% penduduk Afrika Selatan adalah orang berkulit hitam, 11% orang berkulit putih, sisanya orang-orang kulit berwarna (9%) dan dari Asia (sekitar 2%).

Hasil tambang utama Afrika Selatan adalah emas yang merupakan produksi terbesar di dunia.

Secara astronomis, Afrika Selatan terletak di antara 23° LS–35° LS
dan di antara 18° BT–33° BT.

Di wilayah Afrika Selatan sebelah tenggara, terdapat pegunungan Drakensberg yang merupakan gunung tertinggi di Afrika Selatan.

B. Kondisi Alam Negara-Negara di Dunia

9. Selandia Baru

Secara astronomis, terletak di antara 35° LS–48° LS dan di antara 167° BT–178° BT dengan luas wilayah 286.676 km².

Laju pertumbuhan penduduk Selandia Baru sebesar 0,7%. Mayoritas adalah orang berkulit putih.

Secara garis besar, Selandia Baru terbagi atas dua pulau besar, yaitu Pulau Utara dan Pulau Selatan serta beberapa pulau kecil.

Di dataran Canterburry terdapat kegiatan pertanian campuran dan peternakan domba yang menghasilkan wol, gandum, dan barley.

Selandia Baru umumnya beriklim sedang.

C. Potensi Sumber Daya Alam Benua Asia dan Benua Lainnya

1. Benua Asia

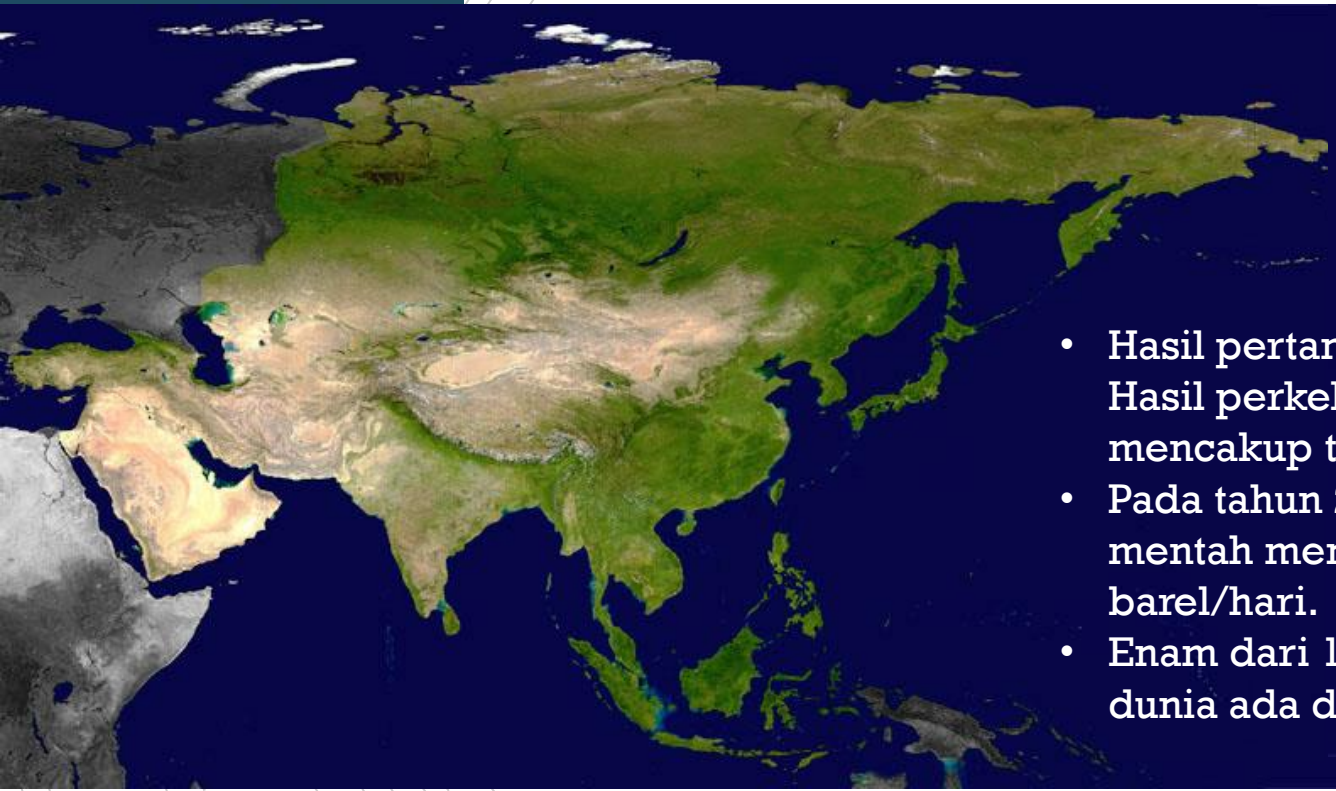

- Hasil pertanian utama adalah padi. Hasil perkebunan komoditas ekspor mencakup teh, gula, karet, dan kelapa.
- Pada tahun 2016 produksi minyak mentah mencapai 37.486.436 barel/hari.
- Enam dari 10 negara penghasil ikan dunia ada di Asia.

C. Potensi Sumber Daya Alam Benua Asia dan Benua Lainnya

2. Benua Amerika

- Amerika Serikat (AS) merupakan negara pertanian terbesar di dunia.
- Amerika Utara kaya akan sumber daya alam seperti minyak bumi, gas alam, batu bara, bijih besi, tembaga, dan timah.
- Amerika Selatan memiliki sumber daya ikan yang besar. Sekitar 45% produksi ikan dunia berasal dari wilayah ini.

C. Potensi Sumber Daya Alam Benua Asia dan Benua Lainnya

3. Benua Eropa

- Sebagian besar gandum hitam (rye) dunia berasal dari Eropa.
- Batu bara, dan minyak bumi merupakan sebagian sumber daya alam yang ditemukan di Eropa.
- Eropa memiliki sumber daya perikanan yang cukup besar. Produksi ikan Eropa mencakup 5% perikanan dunia.

C. Potensi Sumber Daya Alam Benua Asia dan Benua Lainnya

4. Benua Afrika

- Afrika merupakan penghasil terbesar biji coklat.
- Benua Afrika memiliki cadangan besar sumber daya alam, termasuk minyak bumi, gas, batu bara, emas, uranium, dan perak.
- Afrika Barat merupakan salah satu wilayah penangkapan ikan terpenting dunia, rata-rata menghasilkan lebih dari 4 juta ton ikan per tahun.

C. Potensi Sumber Daya Alam Benua Asia dan Benua Lainnya

5. Benua Australia

- Hutan Australia menghasilkan industri hasil hutan yang cukup besar.
- Australia merupakan penghasil opal dan eskportir terbesar batu bara di dunia.
- Potensi perikanan Benua Australia cukup besar. Hasil laut mencapai sekitar dua per tiga produksi perikanan Negara Australia.

D. Sumber Daya Manusia Benua Asia dan dan Benua Lainnya

1. Benua Asia

Benua Asia merupakan benua dengan penduduk terbanyak di dunia. Sekitar 60% penduduk dunia hidup di Benua Asia.

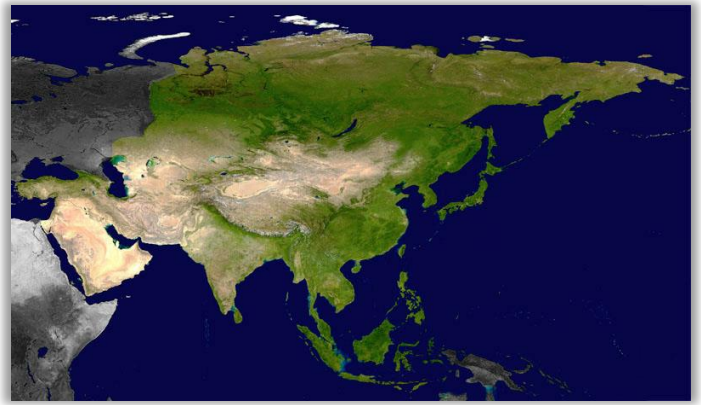

Berdasarkan data IPM tahun 2016, kualitas penduduk di Benua Asia beragam.

Secara umum, tingkat pertumbuhan penduduk di Asia sekitar 1,5% per tahun.

Suku bangsa yang berada di Benua Asia antara lain Mongoloid, Melayu, Dravida, dan Kaukasoid.

D. Sumber Daya Manusia Benua Asia dan dan Benua Lainnya

2. Benua Amerika

Benua Amerika merupakan benua dengan penduduk ketiga terbanyak di dunia.

Pertumbuhan penduduk rata-rata Amerika Utara mencapai 0,8% per tahun. Adapun pertumbuhan penduduk Amerika Selatan sekitar 1% per tahun.

Negara-negara di Benua Amerika yang termasuk dalam kelompok negara dengan indikator IPM sangat tinggi adalah Kanada, Amerika Serikat, Chile, dan Argentina.

Penduduk asli Amerika adalah orang Eskimo dan Indian.

D. Sumber Daya Manusia Benua Asia dan dan Benua Lainnya

3. Benua Eropa

Benua Eropa merupakan benua dengan penduduk terbanyak keempat dunia.

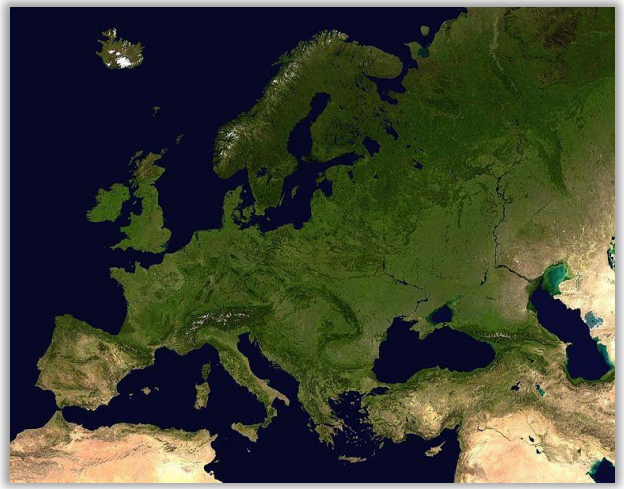

Tingkat pertumbuhan penduduk Eropa sekitar 0,3% per tahun.

Suku bangsa yang ada antara lain Nordik, Slavia, Mediterania, dan Suku bangsa lain yang mencakup Turki dan Mongolia.

Negara-negara di Benua Eropa yang termasuk dalam kelompok negara dengan indikator IPM sangat tinggi antara lain Norwegia, Swiss, Jerman, Denmark, Belanda, Islandia, Swedia, dan Inggris.

D. Sumber Daya Manusia Benua Asia dan dan Benua Lainnya

4. Benua Afrika

Benua Afrika merupakan benua dengan penduduk kedua terbanyak dunia.

Tingkat pertumbuhan penduduk Afrika sekitar 2,5% per tahun.

Negara-negara di Benua Afrika yang termasuk dalam kelompok negara dengan indikator IPM tinggi antara lain Mauritius, Aljazair, Libya, dan Tunisia.

Suku bangsa yang berada di Benua Afrika antara lain Negroid, Kaukasoid-Hamit, Pygmy, dan Hottento.

D. Sumber Daya Manusia Benua Asia dan dan Benua Lainnya

5. Benua Australia

Benua Australia merupakan benua dengan penduduk paling sedikit di dunia. Sekitar 0,5% penduduk dunia hidup di Benua Australia.

Tingkat pertumbuhan penduduk Benua Australia sekitar 1,4% per tahun.

Berdasarkan data IPM tahun 2016, kualitas penduduk Australia dan Selandia Baru termasuk sangat tinggi.

Suku bangsa asli Australia adalah suku Aborigin. Suku bangsa terbesar adalah warga keturunan Eropa.

E. Pengaruh Perubahan Ruang dan Interaksi Antarruang di Benua Asia dan Benua Lainnya

- Saat ini, interaksi antarnegara di Asia dan interaksi antarnegara di Asia dengan negara-negara lain terjadi juga dalam berbagai lembaga internasional. Misalnya ASEAN.
- Interaksi antarruang antara Benua Asia dan benua lainnya adalah interaksi Tiongkok dengan Uni Eropa (UE).

E. Pengaruh Perubahan Ruang dan Interaksi Antarruang di Benua Asia dan Benua Lainnya

Perubahan ruang dapat terjadi akibat industrialisasi dan urbanisasi. Perubahan ruang yang terjadi antara lain:

1) Perubahan Fungsi Lahan,
2) Berkurangnya Lahan Pertanian,
3) Pertambahan Infrastruktur untuk Publik,
4) Pergeseran Ruang Produksi

E. Pengaruh Perubahan Ruang dan Interaksi Antarruang di Benua Asia dan Benua Lainnya

Salah satu sisi **positif** pengaruh interaksi antarruang dan perubahan ruang di Benua Asia dan benua lainnya dalam **BIDANG EKONOMI** adalah **meningkatnya produksi barang dan jasa di suatu negara karena negara lain membutuhkan barang dan jasa tersebut**.

E. Pengaruh Perubahan Ruang dan Interaksi Antarruang di Benua Asia dan Benua Lainnya

Salah satu sisi **negatif** pengaruh interaksi antarruang dan perubahan ruang di Benua Asia dan benua lainnya dalam **BIDANG EKONOMI** adalah **suatu perusahaan dapat memindahkan pabrik ke negara lain, akibatnya negara kehilangan pemasukan dari pajak.**

E. Pengaruh Perubahan Ruang dan Interaksi Antarruang di Benua Asia dan Benua Lainnya

Salah satu sisi **positif** pengaruh interaksi antarruang dan perubahan ruang di Benua Asia dan benua lainnya dalam **BIDANG SOSIAL BUDAYA** adalah **terbukanya lowongan pekerjaan akibat bertambahnya perusahaan dan pabrik**.

E. Pengaruh Perubahan Ruang dan Interaksi Antarruang di Benua Asia dan Benua Lainnya

Salah satu sisi **negatif** pengaruh interaksi antarruang dan perubahan ruang di Benua Asia dan benua lainnya dalam **BIDANG SOSIAL BUDAYA** adalah **bertambahnya penduduk di perkotaan berakibat pada kepadatan penduduk**.

E. Pengaruh Perubahan Ruang dan Interaksi Antarruang di Benua Asia dan Benua Lainnya

Salah satu sisi **positif** pengaruh interaksi antarruang dan perubahan ruang di Benua Asia dan benua lainnya dalam **BIDANG PENDIDIKAN**

bertumbuhnya jumlah dan jenis sekolah untuk memenuhi kebutuhan pekerja yang terampil.

E. Pengaruh Perubahan Ruang dan Interaksi Antarruang di Benua Asia dan Benua Lainnya

Salah satu sisi **negatif** pengaruh interaksi antarruang dan perubahan ruang di Benua Asia dan benua lainnya dalam **BIDANG PENDIDIKAN** adalah **pendidikan yang baik cenderung makin mahal sehingga belum tentu semua orang dapat mendapatkannya**.

E. Pengaruh Perubahan Ruang dan Interaksi Antarruang di Benua Asia dan Benua Lainnya

Salah satu sisi **positif** pengaruh interaksi antarruang dan perubahan ruang di Benua Asia dan benua lainnya dalam **POLITIK** adalah **Makin banyak penduduk yang mendapatkan pendidikan sehingga makin peduli terhadap hak dan kewajibannya, termasuk dalam bidang politik.**

E. Pengaruh Perubahan Ruang dan Interaksi Antarruang di Benua Asia dan Benua Lainnya

Salah satu sisi **negatif** pengaruh interaksi antarruang dan perubahan ruang di Benua Asia dan benua lainnya dalam **BIDANG POLITIK** adalah **Suatu negara dapat mencampuri urusan negara lain, terutama apabila negara tersebut memberikan pinjaman maupun bantuan teknologi ke negara lain**.